7. Sınıf Matematik Yeni Nesil Soru Bankası

7. Sınıf | 29 Soru | 145 Puan | ~44 dakika

Ad Soyad: _____ Sınıf/Şube: _____ Tarih: _____

1. Bir alışveriş merkezindeki asansör, zemin katın 3 kat altındaki otoparktan hareket ederek önce 8 kat yukarı çıkmış, ardından 5 kat aşağı inmiştir. Son durumda asansörün bulunduğu kat numarası kaçtır?

A) -2

B) 0

C) 2

D) 10

[M.7.1.1.1]

2. Bir dağcı, deniz seviyesinden 1200 metre yükseklikteki bir kamp alanından tırmanışa başlamıştır. İlk gün 350 metre daha yükselmiş, ikinci gün ise 180 metre aşağı inmiştir. Dağcının son durumda deniz seviyesine göre yüksekliği kaç metredir?

A) 1030

B) 1370

C) 1430

D) 1730

[M.7.1.1.1]

3. Bir termometre sabah -5°C'yi göstermekteydi. Öğle saatlerinde hava sıcaklığı 12°C artmış, akşam ise 7°C düşmüştür. Akşam hava sıcaklığı kaç °C olmuştur?

A) -2

B) 0

C) 10

D) 14

[M.7.1.1.1]

4. Bir dalgıç, deniz yüzeyinden 15 metre aşağıda dalışa başlamıştır. Önce 7 metre daha derine inmiş, ardından 4 metre yukarı çıkmıştır. Dalgıcın son durumda deniz yüzeyine göre konumu kaç metredir?

A) -26

B) -18

C) -12

D) -4

[M.7.1.1.1]

5. Bir oyun parkında her doğru cevap +5 puan, her yanlış cevap -3 puan olarak değerlendirilmektedir. Ayşe, 15 soruya doğru, 5 soruya yanlış cevap vermiştir. Ayşe'nin toplam puanı kaçtır?

A) 45

B) 50

C) 60

D) 90

[M.7.1.1.2]

6. Bir buzdolabının iç sıcaklığı her saat 2°C düşmektedir. Başlangıçta buzdolabının sıcaklığı 10°C olduğuna göre, 6 saat sonra buzdolabının iç sıcaklığı kaç °C olur?

A) 22

B) 12

C) -2

D) -12

[M.7.1.1.2]

7. Bir şirket, her ay 1500 TL zarar etmektedir. Şirketin başlangıçta kasasında 10.000 TL bulunmaktadır. Kaç ay sonra şirketin kasasındaki para tamamen biter ve borçlanmaya başlar?

A) 5

B) 6

C) 7

D) 8

[M.7.1.1.2]

8. Bir su deposunda 200 litre su bulunmaktadır. Depodan her gün 25 litre su kullanılmaktadır. Kaç gün sonra depodaki su miktarı başlangıçtaki miktarının yarısına düşer?

A) 2

B) 4

C) 6

D) 8

[M.7.1.1.2]

9. Bir pastanın 1/3'ünü Ayşe, 1/4'ünü Can ve kalanını Efe yemiştir. Efe'nin yediği pasta miktarını gösteren rasyonel sayı aşağıdakilerden hangisidir?

A) 1/2

B) 5/12

C) 7/12

D) 2/3

[M.7.1.2.1]

10. Bir sayı doğrusu üzerinde -2 ile 1 arasında, bu iki sayıya eşit uzaklıkta bulunan rasyonel sayı aşağıdakilerden hangisidir?

A) -1

B) -1/2

C) 0

D) 1/2

[M.7.1.2.1]

11. Bir marangoz 3 metre uzunluğundaki bir tahtayı her biri 3/4 metre uzunluğunda olacak şekilde parçalara ayırmak istiyor. Marangoz kaç tam parça elde edebilir?

A) 2

B) 3

C) 4

D) 5

[M.7.1.2.1]

12. Bir markette satılan elmaların 2/5'i kırmızı, kalanların 1/3'ü yeşil elmadır. Geriye kalan elmalar sarı olduğuna göre, sarı elmalar tüm elmaların kaçta kaçıdır?

A) 1/5

B) 2/5

C) 3/5

D) 1/3

[M.7.1.2.1]

13. Yandaki şekilde verilen AOB açısının ölçüsü 80°'dir. Bu açı, OC ışını ile iki eş açıya ayrılmıştır. Buna göre AOC açısının ölçüsü kaç derecedir?

AOB Açısı

OC ışını AOB açısını iki eş açıya ayırır.

O Noktası:

OA Işını:

OB Işını:

OC Işını: 80

A) 20

B) 30

C) 40

D) 50

[M.7.3.1.1]

14. Bir duvar ustası, iki duvarı birbirine dik olacak şekilde inşa etmek istiyor. Ancak yanlışlıkla duvarlar arasında 85°'lik bir açı bırakmıştır. Ustanın duvarları dik hale getirmek için açıyı kaç derece daha ayarlaması gerekmektedir?

Duvarlar Arasındaki Açı

İki duvar arasındaki açı 85 derecedir.

Duvar 1:

Duvar 2:

Açı: 85

A) 5

B) 10

C) 15

D) 90

[M.7.3.1.1]

15. Bir saatteki akrep ve yelkovan arasındaki açı öğlen 12.00'de 0°'dir. Saat 12.30'da akrep ile yelkovan arasındaki küçük açı kaç derecedir?

Saat 12.30

Saat Kadranı:
Akrep:
Yelkovan:

A) 150

B) 165

C) 180

D) 195

[M.7.3.1.1]

16. Bir bahçe duvarı için düzgün altıgen şeklindeki taşlar kullanılacaktır. Bu taşların bir iç açısının ölçüsü kaç derecedir?

Düzgün Altıgen

Kenar 1:
Kenar 2:
Kenar 3:
Kenar 4:
Kenar 5:
Kenar 6:

A) 90

B) 108

C) 120

D) 135

[M.7.3.2.1]

17. Bir çocuk oyuncağı için düzgün beşgen şeklinde bir parça tasarlanmıştır. Bu beşgenin bir dış açısının ölçüsü kaç derecedir?

Düzgün Beşgen

Kenar 1:
Kenar 2:
Kenar 3:
Kenar 4:
Kenar 5:

A) 60

B) 72

C) 90

D) 108

[M.7.3.2.1]

18. Bir masa tablası için düzgün sekizgen şeklinde bir tasarım düşünülmektedir. Bu sekizgenin çevresi 480 cm olduğuna göre, bir kenar uzunluğu kaç cm'dir?

Düzgün Sekizgen Masa Tablası

Şekil düzgün bir sekizgendir.

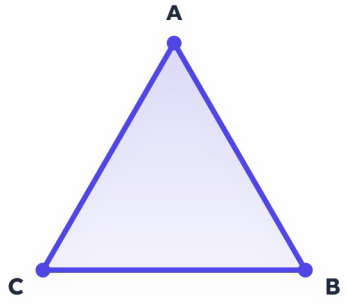

3-gen

A) 40

B) 50

C) 60

D) 70

[M.7.3.2.1]

19. Bir pizza 8 eş dilime ayrılmıştır. Bir dilimin merkez açısının ölçüsü kaç derecedir?

8 Dilimli Pizza

Pizza 8 eş dilime ayrılmıştır.

Merkez Açı: °

A) 30

B) 40

C) 45

D) 60

[M.7.3.3.1]

20. Yandaki şekilde O merkezli bir çemberde AOB merkez açısının ölçüsü 70°'dir. Buna göre, AB yayının ölçüsü kaç derecedir?

O Merkezli Çember

O Noktası:

A Noktası:

B Noktası:

AOB Merkez Açısı: 70

AB Yayı:

A) 35

B) 70

C) 140

D) 290

[M.7.3.3.1]

21. Bir saatte akrep ve yelkovanın oluşturduğu merkez açı, saat 03.00'te kaç derecedir?

Saat 03.00

Saat Kadranı:

Akrep:

Yelkovan:

A) 60

B) 75

C) 90

D) 120

[M.7.3.3.1]

22. Aşağıdaki sütun grafiği, bir şehrin beş günlük hava sıcaklıklarını göstermektedir. Buna göre, en sıcak gün ile en soğuk gün arasındaki sıcaklık farkı kaç °C'dir?

Beş Günlük Hava Sıcaklıkları (°C)

Y ekseni sıcaklığı (°C) göstermektedir.

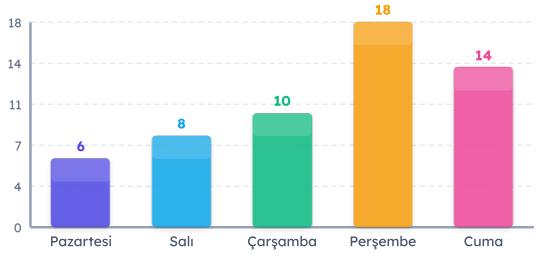

A) 8

B) 10

C) 12

D) 14

[M.7.4.1.1]

23. Aşağıdaki sütun grafiği, bir öğrencinin aylık kitap okuma sayısını göstermektedir. Bu öğrencinin ilk üç ayda okuduğu toplam kitap sayısı, son iki ayda okuduğu toplam kitap sayısından kaç fazladır?

Aylık Kitap Okuma Sayısı

Y ekseni okunan kitap sayısını göstermektedir.

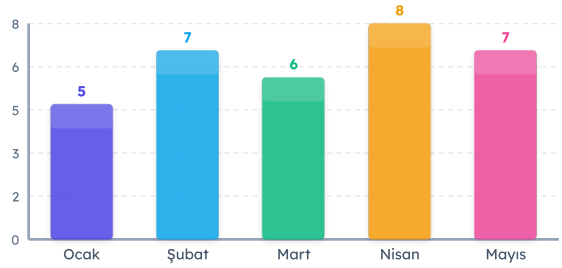

A) 1

B) 2

C) 3

D) 4

[M.7.4.1.1]

24. Aşağıdaki sütun grafiği, bir şirketin beş yıllık kar/zarar durumunu (milyon TL) göstermektedir. Buna göre, şirketin toplam karı ile toplam zararı arasındaki fark kaç milyon TL'dir?

Şirketin Yıllık Kar/Zarar Durumu (Milyon TL)

Pozitif değerler karı, negatif değerler zararı göstermektedir.

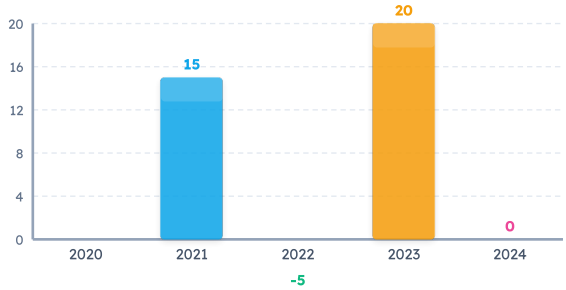

A) 10

B) 20

C) 30

D) 50

[M.7.4.1.1]

25. Aşağıdaki sütun grafiği, bir şehrin 2018-2022 yılları arasındaki nüfus değişimini (bin kişi) göstermektedir. Buna göre, 2020 yılındaki nüfus, 2018 yılındaki nüfusa göre kaç bin kişi artmıştır?

Şehrin Yıllara Göre Nüfus Değişimi (Bin Kişi)
Y ekseni nüfusu (bin kişi) göstermektedir.

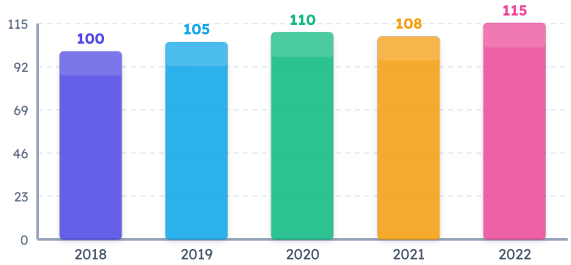

A) 5
B) 8
C) 10
D) 15

[M.7.4.1.1]

26. Bir futbol takımının puan durumu, galibiyetlere +3, beraberliklere +1, mağlubiyetlere -2 puan verilerek hesaplanmaktadır. Bu takım 10 galibiyet, 5 beraberlik ve 3 mağlubiyet almıştır. Takımın toplam puanı kaçtır?

A) 27
B) 29
C) 31
D) 33

[M.7.1.1.1]

27. Bir su deposundan her saat 5 litre su boşaltılmaktadır. Depoda başlangıçta 150 litre su olduğuna göre, 8 saat sonra depoda kaç litre su kalır?

A) 100
B) 110
C) 120
D) 130

[M.7.1.1.2]

28. Bir terzi 5/2 metre kumaşın 1/5'ini kullanmıştır. Geriye kaç metre kumaş kalmıştır?

A) 1
B) 3/2
C) 2
D) 5/2

[M.7.1.2.1]

29. Bir trafik levhası düzgün sekizgen şeklindedir ve bir kenar uzunluğu 30 cm'dir. Bu levhanın çevresi kaç cm'dir?

Düzgün Sekizgen Trafik Levhası

Şekil düzgün bir sekizgendir.

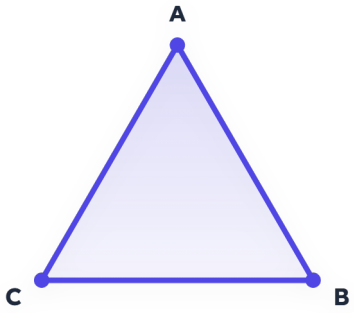

3-gen

A) 180

B) 210

C) 240

D) 270

[M.7.3.2.1]

CEVAP ANAHTARI

No	Doğru Cevap	Puan	Kazanım
1.	0	5 puan	M.7.1.1.1
2.	1370	5 puan	M.7.1.1.1
3.	0	5 puan	M.7.1.1.1
4.	-18	5 puan	M.7.1.1.1
5.	60	5 puan	M.7.1.1.2
6.	-2	5 puan	M.7.1.1.2
7.	7	5 puan	M.7.1.1.2
8.	4	5 puan	M.7.1.1.2
9.	5/12	5 puan	M.7.1.2.1
10.	-1/2	5 puan	M.7.1.2.1
11.	4	5 puan	M.7.1.2.1
12.	2/5	5 puan	M.7.1.2.1
13.	40	5 puan	M.7.3.1.1
14.	5	5 puan	M.7.3.1.1
15.	165	5 puan	M.7.3.1.1
16.	120	5 puan	M.7.3.2.1
17.	72	5 puan	M.7.3.2.1
18.	60	5 puan	M.7.3.2.1
19.	45	5 puan	M.7.3.3.1
20.	70	5 puan	M.7.3.3.1
21.	90	5 puan	M.7.3.3.1
22.	12	5 puan	M.7.4.1.1
23.	3	5 puan	M.7.4.1.1
24.	20	5 puan	M.7.4.1.1
25.	10	5 puan	M.7.4.1.1
26.	29	5 puan	M.7.1.1.1
27.	110	5 puan	M.7.1.1.2
28.	2	5 puan	M.7.1.2.1
29.	240	5 puan	M.7.3.2.1

Öğretmenin Dikkatine:

Bu sınav, 7. sınıf öğrencilerinin tam sayılar, rasyonel sayılar, açılar, çokgenler, çember ve veri analizi konularındaki kazanımlarını günlük yaşam senaryoları üzerinden değerlendirmeyi amaçlamaktadır. Sorular, öğrencilerin okuduğunu anlama, mantıksal akıl yürütme ve problem çözme becerilerini ölçerken, aynı zamanda matematiksel kavramları gerçek hayatla ilişkilendirme yeteneklerini de geliştirmeyi hedefler. Görsel verilerin kullanımı, öğrencilerin grafik ve şekil yorumlama becerilerini pekiştirir.

Oogmatik Süper Matematik Sınav Stüdyosu — MEB 2024-2025