Her şey tersti sen farkında olana kadar...

bd

bursa dislekzi

HAZİNEYE ULAŞ

Melikşah TERDEK
Özel Eğitim Sınıf Öğretmeni

Melikşah TERDEK
Özel Eğitim Sınıf Öğretmeni

Yönergeyi takip ederek 25 adımlık yolu oluştur, 'gerçek' hazineyi bul ve işaretle.

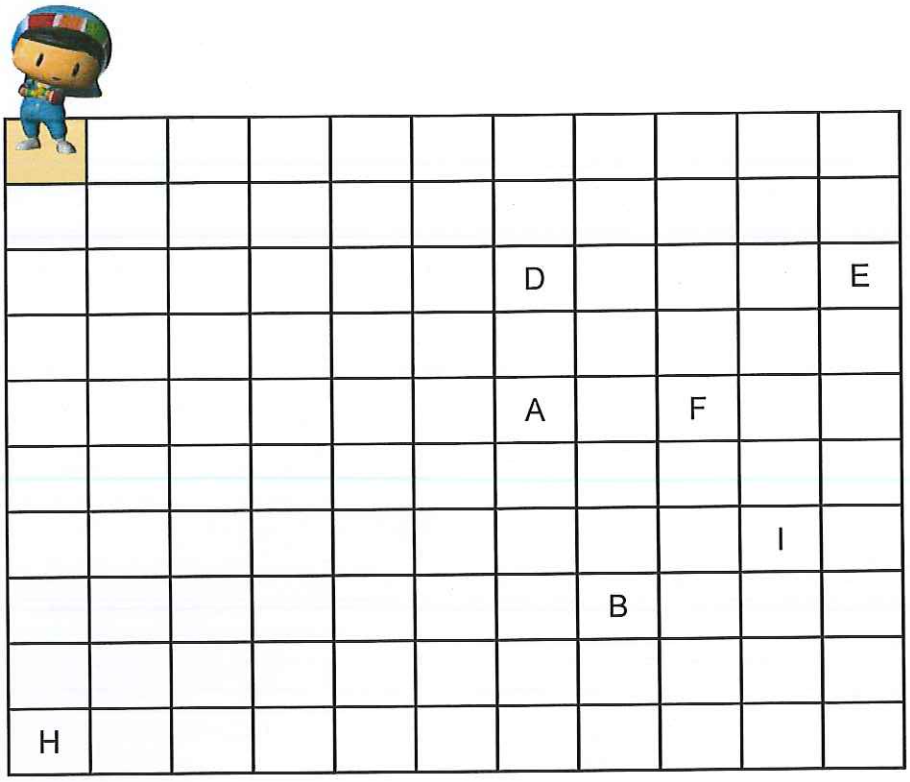

YÖNERGE

2 ⮟
2 ➢
2 ⮝
4 ➢
2 ⮟
3 ⮜
4 ⮟
4 ➢
1 ⮟

Yönergeyi takip ederek 25 adımlık yolu oluştur, 'gerçek' hazineyi bul ve işaretle.

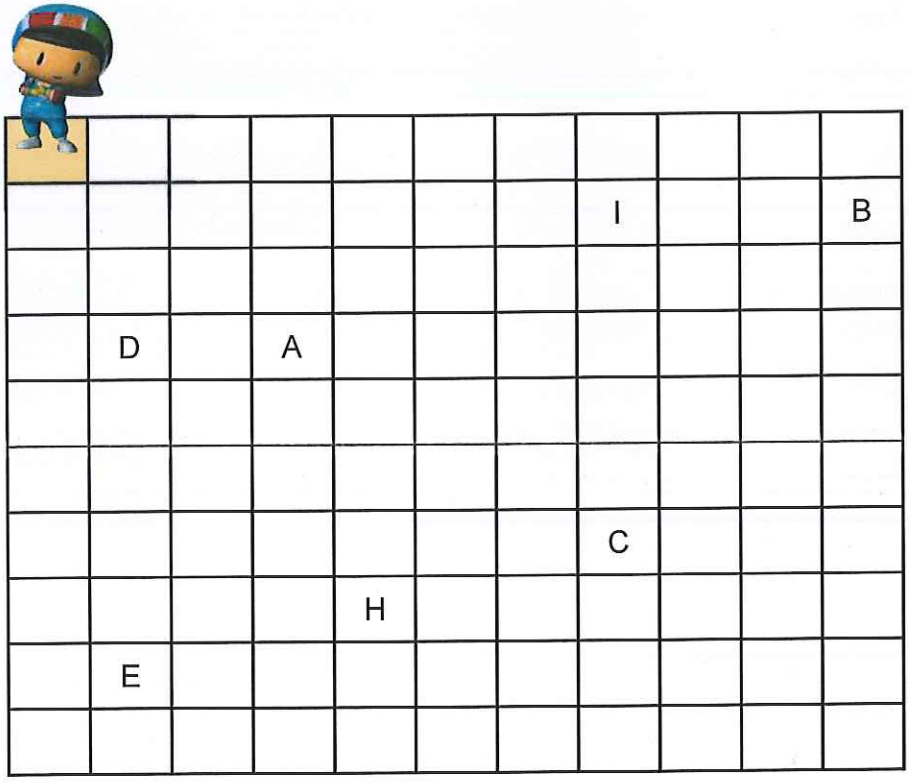

YÖNERGE

4 ⮟
1 ➢
5 ⮟
3 ➢
4 ⮝
1 ➢
2 ⮝
2 ➢
2 ⮝

Yönergeyi takip ederek 25 adımlık yolu oluştur, 'gerçek' hazineyi bul ve işaretle.

			A		B					C
								G		
		D								
									E	H

YÖNERGE

1 ⮟
5 ➢
1 ⮝
5 ➢
5 ⮟
2 ⮜
4 ⮟
1 ➢

Yönergeyi takip ederek 25 adımlık yolu oluştur, 'gerçek' hazineyi bul ve işaretle.

								G		
								F		
								I		
	İ									
	D			H					A	

YÖNERGE

5 ➢
4 ⮟
5 ⮜
5 ⮟
3 ➢
1 ⮝
1 ➢

Yönergeyi takip ederek 25 adımlık yolu oluştur, 'gerçek' hazineyi bul ve işaretle.

İ										
G										
					A					
			C					F		
			E	H						

YÖNERGE

3 ➢
4 ⮟
2 ➢
2 ⮟
2 ⮜
1 ⮝
3 ⮜
4 ⮟
3 ➢

Yönergeyi takip ederek 25 adımlık yolu oluştur, 'gerçek' hazineyi bul ve işaretle.

		G								
									E	
			I			F				
						B				H
									İ	

YÖNERGE

1 ➢
2 ⮟
4 ➢
1 ⮟
2 ➢
1 ⮝
3 ➢
2 ⮝
8 ⮜

Yönergeyi takip ederek 25 adımlık yolu oluştur, 'gerçek' hazineyi bul ve işaretle.

							F			
	İ				E			A	G	
				H						I

YÖNERGE

2 ⮟
1 ⮞
2 ⮟
1 ⮜
3 ⮟
4 ⮞
5 ⮝
4 ⮞
2 ⮟

Yönergeyi takip ederek 25 adımlık yolu oluştur, 'gerçek' hazineyi bul ve işaretle.

				D						
						B				
								E		F
		İ								C
						G				

YÖNERGE

1 ⮞
2 ⮟
3 ⮞
5 ⮟
4 ⮜
2 ⮟
4 ⮞
1 ⮝
2 ⮞

Yönergeyi takip ederek 25 adımlık yolu oluştur, 'gerçek' hazineyi bul ve işaretle.

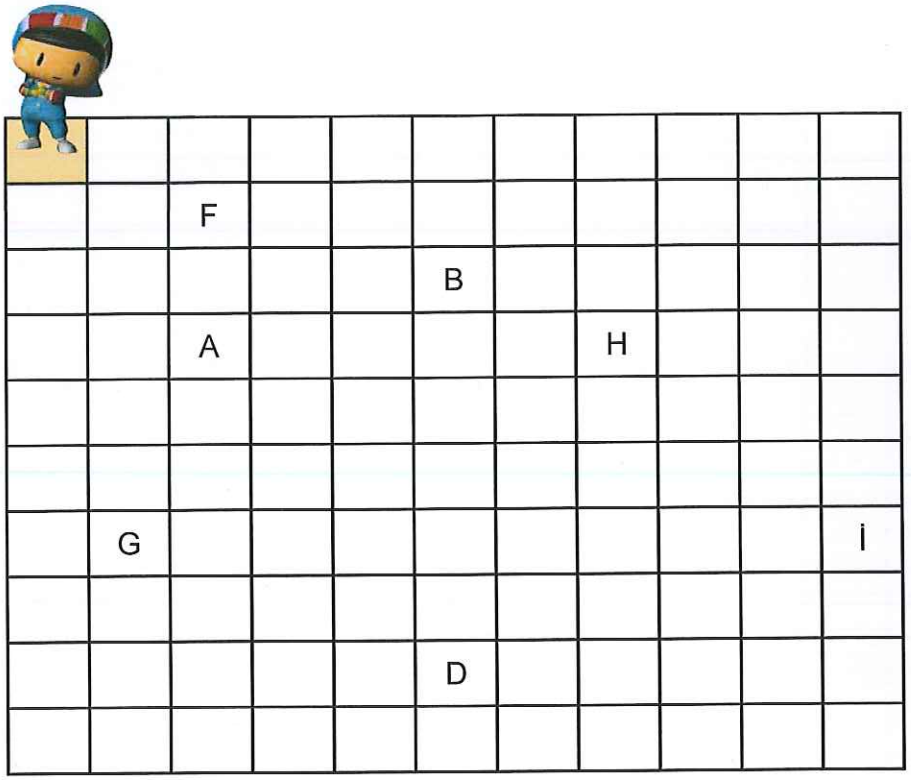

YÖNERGE

5 ⮟
3 ➢
2 ⮟
1 ⮜
2 ⮟
4 ➢
4 ⮝
1 ➢
2 ⮝

Yönergeyi takip ederek 25 adımlık yolu oluştur, 'gerçek' hazineyi bul ve işaretle.

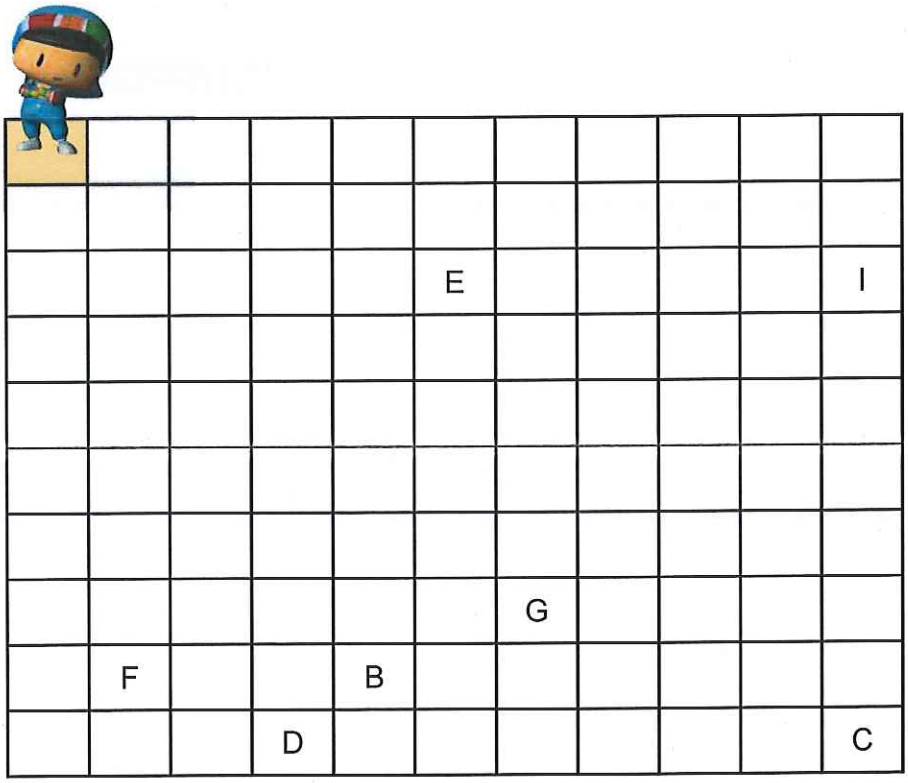

YÖNERGE

3 ➢
1 ⮟
2 ➢
1 ⮝
3 ➢
4 ⮟
5 ⮜
4 ⮟
1 ➢

Yönergeyi takip ederek 25 adımlık yolu oluştur, 'gerçek' hazineyi bul ve işaretle.

						E				
B					H	G				
						İ				
I										
										C

YÖNERGE

7 ⮟
4 ⮞
5 ⮝
4 ⮞
2 ⮟
2 ⮜

Yönergeyi takip ederek 25 adımlık yolu oluştur, 'gerçek' hazineyi bul ve işaretle.

									İ	
								F		
								E		
										A
					C					
I						B				

YÖNERGE

5 ⮞
4 ⮟
2 ⮞
2 ⮟
2 ⮜
1 ⮝
5 ⮜
3 ⮟

Yönergeyi takip ederek 25 adımlık yolu oluştur, 'gerçek' hazineyi bul ve işaretle.

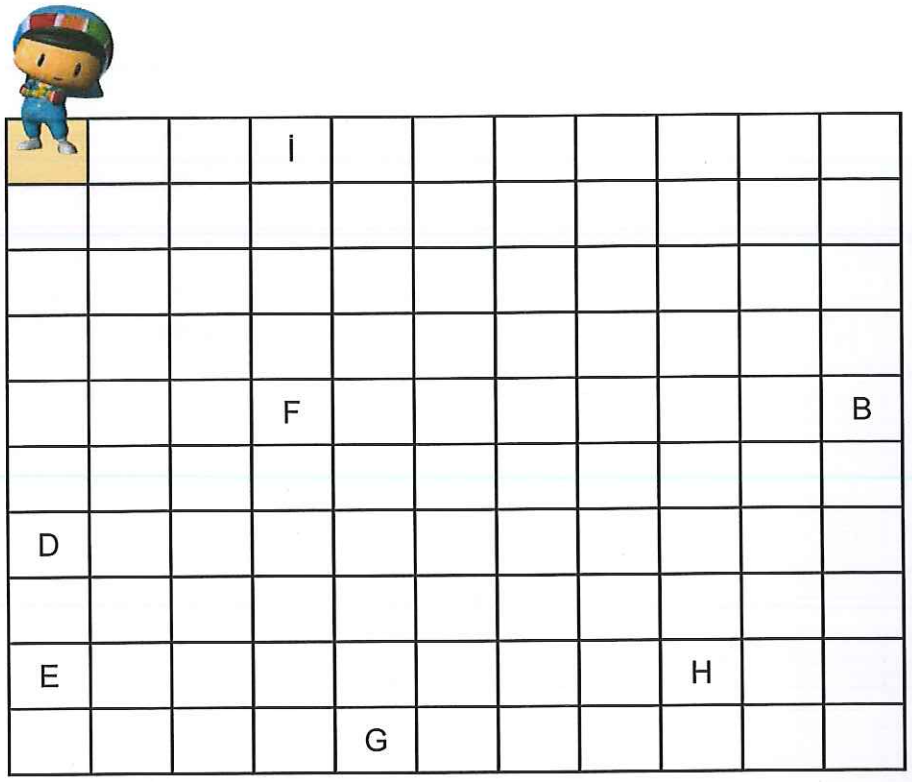

YÖNERGE

7 ⮟
2 ⮞
1 ⮟
4 ⮞
1 ⮟
4 ⮞
5 ⮝

Yönergeyi takip ederek 25 adımlık yolu oluştur, 'gerçek' hazineyi bul ve işaretle.

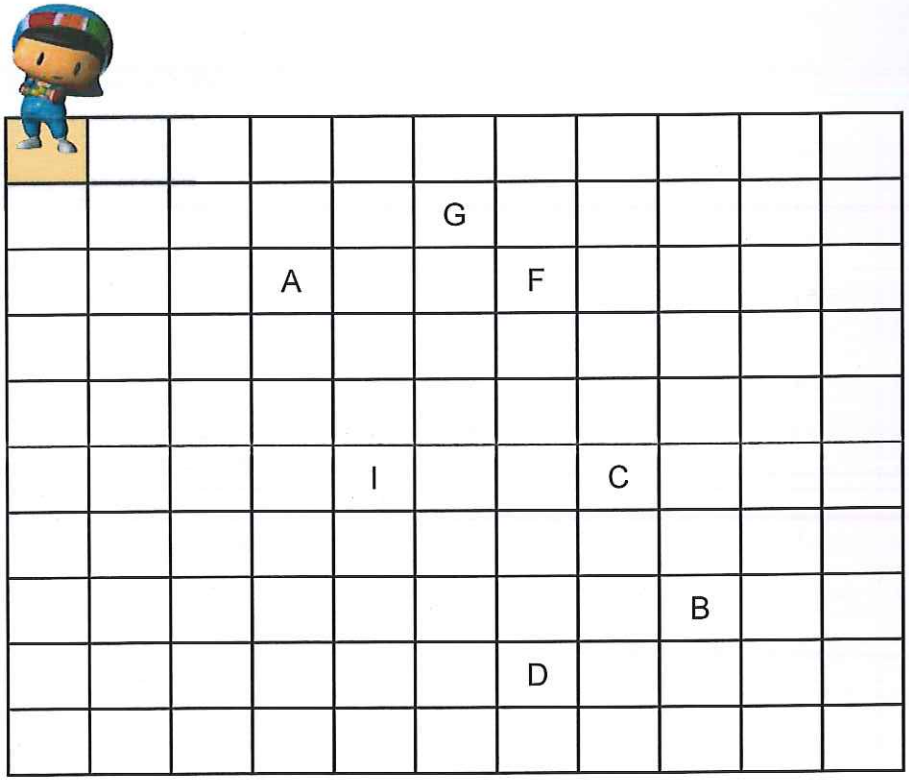

YÖNERGE

2 ⮟
5 ⮞
2 ⮝
5 ⮞
2 ⮟
4 ⮜
2 ⮟
1 ⮞
1 ⮟

Yönergeyi takip ederek 25 adımlık yolu oluştur, 'gerçek' hazineyi bul ve işaretle.

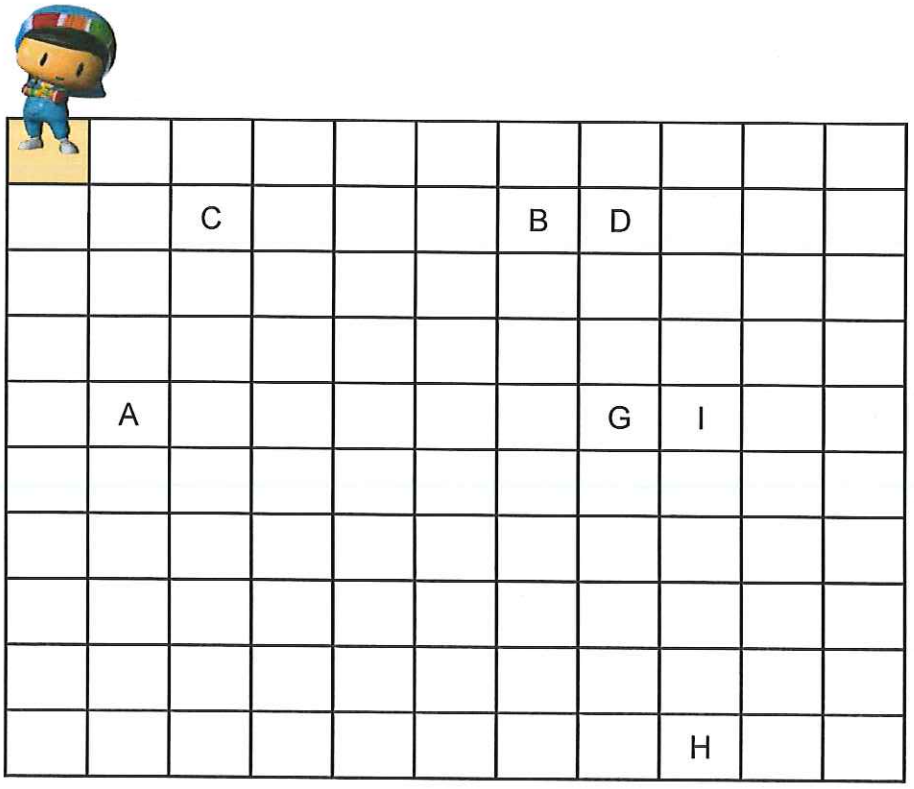

YÖNERGE

2 ⮟
1 ⮞
3 ⮟
1 ⮜
4 ⮟
5 ⮞
5 ⮝
3 ⮞

Yönergeyi takip ederek 25 adımlık yolu oluştur, 'gerçek' hazineyi bul ve işaretle.

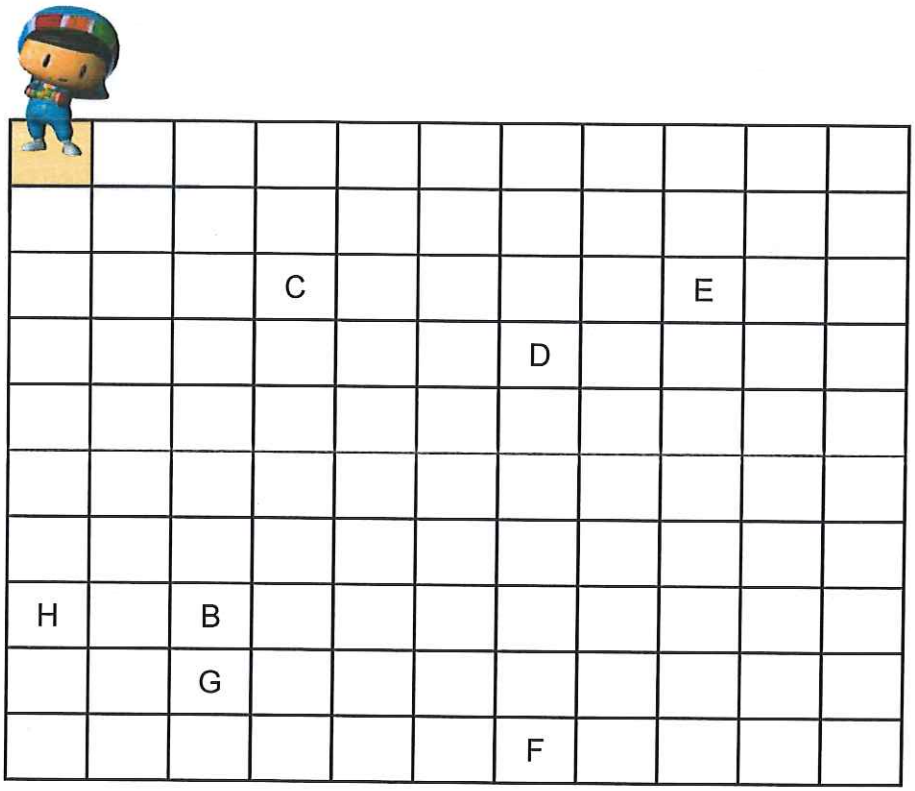

YÖNERGE

1 ⮞
1 ⮟
1 ⮞
3 ⮟
2 ⮜
3 ⮟
4 ⮞
5 ⮝
4 ⮞

Yönergeyi takip ederek 25 adımlık yolu oluştur, 'gerçek' hazineyi bul ve işaretle.

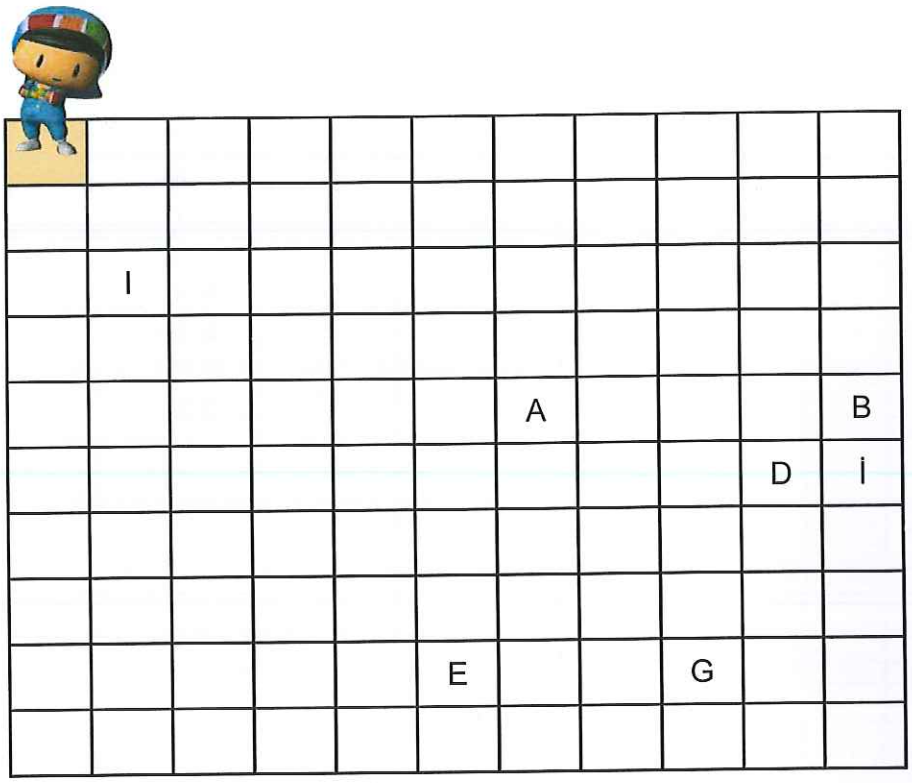

YÖNERGE

3 ⮟
2 ⮞
2 ⮟
1 ⮞
4 ⮟
7 ⮞
4 ⮝
1 ⮜

Yönergeyi takip ederek 25 adımlık yolu oluştur, 'gerçek' hazineyi bul ve işaretle.

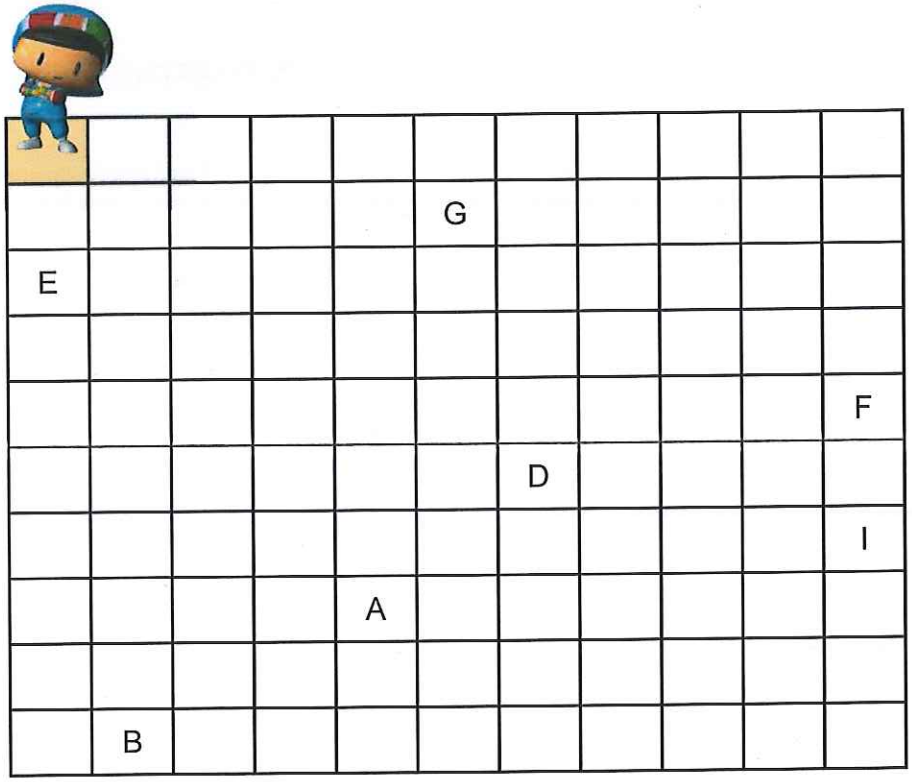

YÖNERGE

3 ⮞
5 ⮟
3 ⮞
2 ⮟
1 ⮜
2 ⮟
5 ⮞
3 ⮝

Yönergeyi takip ederek 25 adımlık yolu oluştur, 'gerçek' hazineyi bul ve işaretle.

		İ								
					G					
					A					
									B	
										H
			I							
						C				

YÖNERGE

9 ⮟
5 ⮞
1 ⮝
3 ⮞
1 ⮟
2 ⮞
3 ⮝

Yönergeyi takip ederek 25 adımlık yolu oluştur, 'gerçek' hazineyi bul ve işaretle.

									İ	
				G						
					D					
									A	
		E	F							
			C							

YÖNERGE

5 ⮞
3 ⮟
2 ⮞
1 ⮝
1 ⮞
2 ⮝
2 ⮞
7 ⮟
1 ⮜

Yönergeyi takip ederek 25 adımlık yolu oluştur, 'gerçek' hazineyi bul ve işaretle.

				H	G					
			C				F			
	A			I						
			E							

YÖNERGE

2 ➢
4 ⮟
2 ➢
4 ⮟
2 ➢
4 ⮝
1 ⮜
3 ⮝
2 ➢

Yönergeyi takip ederek 25 adımlık yolu oluştur, 'gerçek' hazineyi bul ve işaretle.

								H		
							I			
	C									
									E	
	A			D						
								B		

YÖNERGE

5 ➢
4 ⮟
5 ⮜
5 ⮟
3 ➢
1 ⮝
1 ➢

Yönergeyi takip ederek 25 adımlık yolu oluştur, 'gerçek' hazineyi bul ve işaretle.

	B									
				G						
İ										
D										
E										
				H						
				C						

YÖNERGE

5 ➢
4 ⮟
5 ⮜
5 ⮟
3 ➢
1 ⮝
1 ➢

Yönergeyi takip ederek 25 adımlık yolu oluştur, 'gerçek' hazineyi bul ve işaretle.

									C	
			İ					H		
				B						
			D							
G										
						E				

YÖNERGE

1 ⮟
1 ➢
2 ⮟
1 ⮜
3 ⮟
4 ➢
6 ⮝
5 ➢
1 ⮟

Yönergeyi takip ederek 25 adımlık yolu oluştur, 'gerçek' hazineyi bul ve işaretle.

										H
							B			A
										E
		C			F					
			G							

YÖNERGE

3 ➢
4 ⮟
1 ➢
2 ⮟
4 ⮜
3 ⮟
4 ➢
2 ⮝
1 ➢

Yönergeyi takip ederek 25 adımlık yolu oluştur, 'gerçek' hazineyi bul ve işaretle.

						İ			E	
									G	
C										D
									H	
	I									

YÖNERGE

2 ⮟
4 ➢
2 ⮟
4 ➢
2 ⮟
5 ⮜
1 ⮝
2 ⮜
2 ⮟

Yönergeyi takip ederek 25 adımlık yolu oluştur, 'gerçek' hazineyi bul ve işaretle.

							H		E	
								G		
										A
	F									
										B
						D				

YÖNERGE

5 ➢
4 ⮟
2 ➢
2 ⮟
2 ⮜
1 ⮝
5 ⮜
2 ⮝
1 ➢

Yönergeyi takip ederek 25 adımlık yolu oluştur, 'gerçek' hazineyi bul ve işaretle.

		A								
		C								
									F	
										I
	İ							D		
	H									

YÖNERGE

2 ➢
2 ⮟
2 ➢
2 ⮝
6 ➢
4 ⮟
2 ⮜
4 ⮟

Yönergeyi takip ederek 25 adımlık yolu oluştur, 'gerçek' hazineyi bul ve işaretle.

	G		F							
				C						
						İ				
				B						
I	E									

YÖNERGE

2 ⮟
4 ⮞
2 ⮝
5 ⮞
1 ⮟
1 ⮞
4 ⮟
4 ⮜
1 ⮝

Yönergeyi takip ederek 25 adımlık yolu oluştur, 'gerçek' hazineyi bul ve işaretle.

		C								
		A								
									E	
										G
	I							İ		
	D									

YÖNERGE

2 ⮟
3 ⮞
1 ⮝
1 ⮞
1 ⮝
6 ⮞
4 ⮟
2 ⮜
4 ⮟

Yönergeyi takip ederek 25 adımlık yolu oluştur, 'gerçek' hazineyi bul ve işaretle.

					A			I		
							F	E	B	
									C	
							G			

YÖNERGE

3 ➢
3 ⮟
3 ➢
3 ⮝
4 ➢
4 ⮟
2 ⮜
1 ⮝
1 ⮜

Yönergeyi takip ederek 25 adımlık yolu oluştur, 'gerçek' hazineyi bul ve işaretle.

						A				
					E					
	F									
		İ								
	H					I				
B										

YÖNERGE

1 ⮟
2 ➢
1 ⮝
3 ➢
4 ⮟
5 ⮜
4 ⮟
2 ➢
2 ⮝

Yönergeyi takip ederek 25 adımlık yolu oluştur, 'gerçek' hazineyi bul ve işaretle.

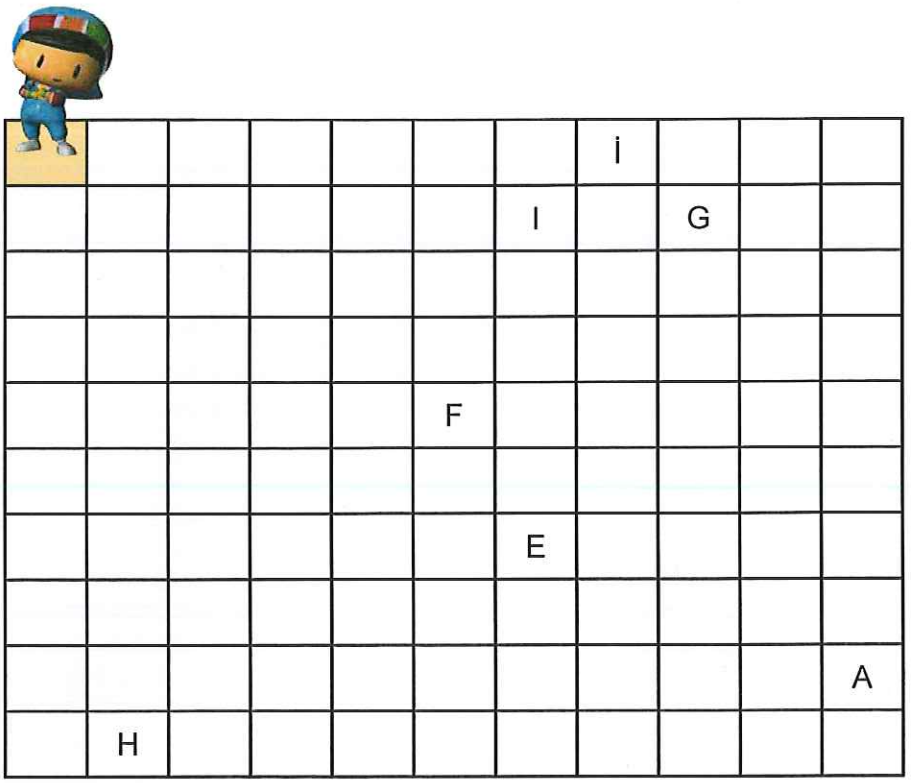

YÖNERGE

1 ➢
2 ⮟
6 ➢
2 ⮝
3 ➢
2 ⮟
2 ⮜
4 ⮟
2 ⮜

Yönergeyi takip ederek 25 adımlık yolu oluştur, 'gerçek' hazineyi bul ve işaretle.



YÖNERGE

4 ➢
3 ⮟
2 ➢
3 ⮝
2 ➢
1 ⮟
2 ➢
5 ⮟
2 ⮜

Yönergeyi takip ederek 25 adımlık yolu oluştur, 'gerçek' hazineyi bul ve işaretle.

			H		F					A
									G	
									I	
		B								
										D

YÖNERGE

5 ➢
2 ⮟
2 ➢
2 ⮝
3 ➢
3 ⮟
2 ⮜
4 ⮟
1 ➢

Yönergeyi takip ederek 25 adımlık yolu oluştur, 'gerçek' hazineyi bul ve işaretle.

								D		
								H		
								B		
A										
					G					
	E								I	

YÖNERGE

4 ➢
4 ⮟
4 ⮜
5 ⮟
3 ➢
1 ⮝
2 ➢
1 ⮝

"HER ŞEY TERSTİ SEN FARKINDA OLANA KADAR"